西南交通大学 2022—2023 学年第(2)学期考试试卷 A

课程代码 FGEE017112 课程名称 工程测量 AII 考试时间 120 分钟

题号	一	二	三	总成绩
得分				

阅卷教师签字：

一、 填空题（每题 2 分，共 30 分）：

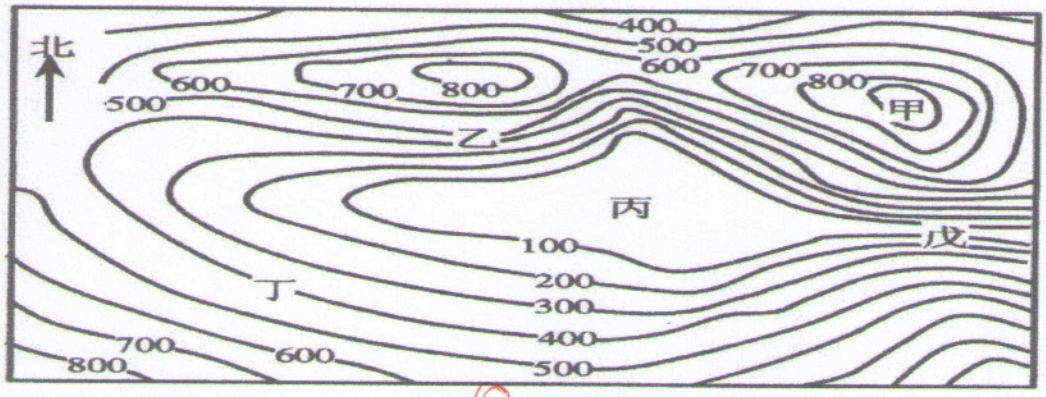
1. 水准点 B 高程为 604.301m，A 点设计高程为 605.014m。水准仪置于 B、A 之间，观测 B 点水准尺读数为 1.642m，当 A 点水准尺读数为 0.929m 时，即为设计高程。
2. 测设点的平面位置的方法有极坐标法、角度交会法、距离交会法等。
3. 线路初测导线的两化改正是指先将导线长度改化到大地水准面上，再改化到高斯投影面上。
4. 缓和曲线的性质为曲线上任何一点的曲率半径与该点到起点长度成反比。
5. 西南交大犀浦校区位于北纬 30° 46'、东经 103° 59'，在高斯 6° 投影带中，所在的带号为 18、其中央子午线为东经 105 度。
6. 在线路控制测量完成之后，还需进行桥梁、隧道施工控制测量，其原因是原线路控制测量的精度已不能满足桥梁施工的要求。
7. 在曲线桥上桥梁中线与线路中线基本构成了符合的折线，称为桥梁工作线。
8. 直线桥或直线隧道的施工控制网独立平面坐标系，一般选择线路中线为坐标轴。
9. 在特大桥梁或长大隧道的平面控制测量中，首选的测量方法是 GNSS。
10. 隧道贯通误差包括高程贯通误差、横向贯通误差、纵向贯通误差。
11. 变形测量的类型包括沉降观测、水平位移观测、倾斜观测、挠度观测等。
12. 变形观测的频率需根据荷载的变化和变形速率来确定。
13. GNSS 单点定位实质上是以卫星为已知点的测距后方交定位方法，定位时至少要同时接收到 4 颗卫星信号。
14. 根据比例尺精度，若要求在地形图上反映出 0.1m 的地面水平距离，则应选用的测图比例尺不得小于 1: 1000。

姓名 学号 班级 密封装订线 密封装订线 密封装订线

15. 高速铁路工程测量中的三网是指 勘测控制网 、施工控制网 以及运营维护控制网。

二、 简答题（共 20 分）

1. 结合下图，试述等高线的特征有哪些？



答：同一条等高线上的点，其高程必相等。

等高线均是闭合曲线，如不在本图幅内闭合，则必在图外闭合，故等高线必须闭合或延伸到图幅边缘。

除在悬崖或绝壁处外，等高线在图上不能相交或重合。

等高线的平距小，表示坡度陡，平距大则坡度缓，平距相等则坡度相等，平距与坡度成反比。

等高线和山脊线、山谷线成正交。

等高线不能在图内中断，但遇道路、房屋、河流等地物符号和注记处可以局部中断。

2. 简述带有缓和曲线的圆曲线主点的放样方法。

答：圆曲线的主点包括直缓点、缓圆点，曲中点和圆缓点，缓直点。

将全站仪架设在 JD，后视 直线 I 上的某一个 ZD，在该方向上量取切线长 T，即可得 ZH 点，后视直线 II 上的某一个 ZD，并在该方向上量取切线长 T，即可得 HZ 点。仍然将全站仪架设在 JD 上，后视某一个 ZD,往圆曲线方向拨角（180°-α）/2，并量取外矢距，即可得 QZ 点。

将全站仪架设在 ZH 点上，后视 JD，在该方向上量取 x0，y0，即可得 HY 点。

将全站仪架设在 HZ 点上，后视 JD，在该方向上量取 x0，y0，即可得 YH 点。

3. 变形监测的基准点和监测点的选点要求分别是什么？工作基点的作用是什么？

答：基准点要求选择在变形体上，且相对变形体的位置稳定，能前面的反映变形体的变化特征。监测点应选在变形体外，且点位置稳定，受周围环境的影响小，能够观测到变形体的变形特征。

工作基点的测量工作提供基本点，对其他工作点起到相互控制检核的作用。


4. 何谓 GNSS 相对定位？ GNSS 相对定位的模式有哪些？

答：利用两台 GPS 接收机，分别安置在基线两端，同步观测相同的 GPS 卫里，以确定基线端点的相对位置或基线向量。

模式：静态相对定位；快速静态相对定位；准动态相对定位；动态相对定位。

三、 计算题（50 分）

1. 如图所示，A、C 在直线隧道洞外线路中线上，控制点坐标分别为：A(0.000，0.000)、B(213.582，−3.798)、C(1698.466，0.000)、D(1720.552，2.132)，试计算当仪器安置在 A、C 时，测设隧道中线方向时的测设角度 α 及 β，并简述测设方法。（10 分）



象限角：AB 0 01 07 CD 5 30 49

方位角：AB 359 58 53 CD 5 30 49 AC 0

α 0 01 07 β 5 30 49

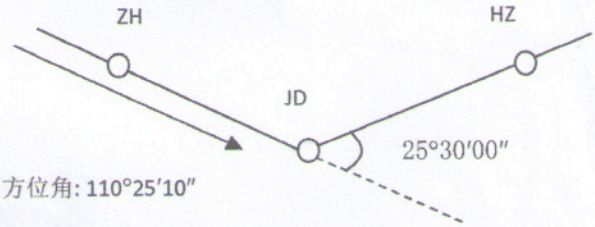
2. 如图所示，某铁路曲线转向角 $\alpha_{左}=25°30'00''$，圆曲线半径 $R=800m$， 缓和曲线长 $l_0=80m$，ZH 里程为 DK30+430.250，ZH 坐标为(1500.000，1500.000)，该曲线其中一条切线的方位角为110°25'10"：

（1）计算曲线综合要素及主点里程； （5 分）

（2）置镜 ZH 点，后视 JD，采用极坐标法放样，计算 DK30+450.25 和 DK30+520.00 的放样资料； （6 分）

（3）计算 DK30+450.25 和 DK30+520.00 的线路坐标。 （6 分）

答案：（1）



$$m=\frac{l_0}{2}-\frac{l_0^3}{240R^2}=40.00 = 39.997$$

$$p=\frac{l_0^2}{24R}-\frac{l_0^4}{2688R^3}\approx\frac{l_0^2}{24R}=0.33 = 0.333$$

$\beta_0=\frac{l_0}{2R}\cdot\frac{180}{\pi}=2°51'53''$

$\delta_0=\frac{1}{3}\beta_0=0°57'18''$

T	L	E	Q
221.094	436.047	20.567	6.140

ZH	HY	QZ	YH	HZ
DK30+430.250	DK30+510.250	DK30+648.274	DK30+786.297	DK30+866.297

检核　　DK30+430.250+2*T-q=DK30+866.297

（2）DK30+450.25：

$$x = l - \frac{l^5}{40R^2l_0^2} = 20.000$$

$$y = \frac{l^3}{6Rl_0} = 0.021$$

α =0 03 34　　D=20.000

DK30+520：

$$x_i = R\sin\alpha_i + m = 81.725$$

$$y_i = R(1-\cos\alpha_i) + p = 1.419$$

β0=2 17 30　　α i=2 59 23

α =0 59 40　　D=81.738

（3）DK30+450.25：

a =110 25 10-0 59 40=110 21 36　　D=20

dx=-6.958　　dy=18.750

x=1493.042　　y=1518.750

DK30+520：

a =110 25 10-0 03 34=109 25 30　　D=81.738

dx=-27.184　　dy=77.085

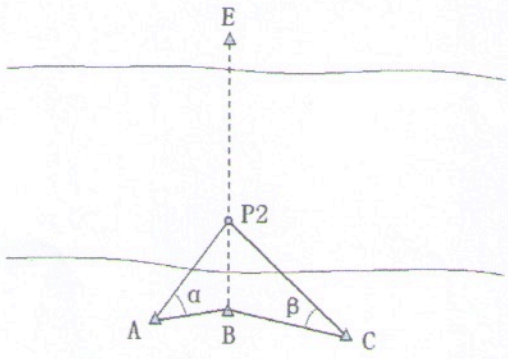
x=1472.816　　y=1577.085

3. 桥梁放样时，水中墩常采用角度交会法放样。某直线桥已经建立了桥梁施工控制网，下表给出了其中的 4 个控制点 A，B，C，E 的坐标，各控制点间互相通视，各点的相对位置关系如图所示。水中墩（P2）中心设计坐标为（183.000，0.000）。

（1）计算放样 P2 的交会角 α 、β；　　（8 分）

（2）简述桥墩的放样过程。　　（5 分）

（要求计算结果保留到秒）



控制点	X(m)	Y(m)
A	-30.000	-323.500
B	0.000	0.000
C	-32.000	370.000
E	385.000	0.000

AB R=84 42 06　a=84 42 06

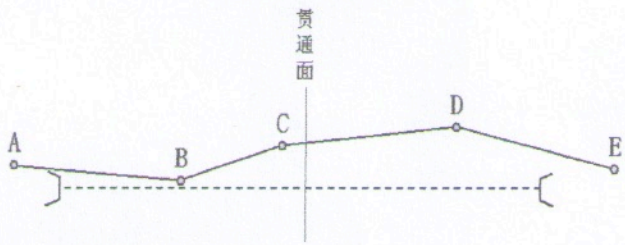
AP2　R=56 38 17　a=56　38　17　α=28 03　49

CP2　R= 59 50 23　a=300　09　37

CB　R= 85 03 25　a=274　56　35　β=25　13　02

置镜于 A，后视 B 点，反拨 28°03’49”得 AP2，置镜于 C，后视 B，正拨 25°13’ 02”，得 CP_2 方向,方向交点为 P_2.

4. 某隧道洞外导线如下图所示，导线点和导线边与贯通面关系见下表。导线测角中误差 m= ±1.8”， 导线边长相对中误差为 1/20000，求洞外导线点对隧道横向贯通产生的中误差。（10 分）



导线点到贯通面垂直距离		导线边在贯通面的投影长度	
点号	Rx (m)	导线边	dy (m)
B	1800	A~B	50
C	110	B~C	40
D	1400	C~D	20
		D~E	30

导线点到贯通面垂直距离			导线边在贯通面的投影长度		
点号	Rx (m)	Rx^2	导线边	dy (m)	dy^2
B	1800	3240000	A~B	50	2500
C	110	12100	B~C	40	1600
D	1400	1960000	C~D	20	400
			D~E	30	900
Σ		5212100			5400

$$m_{y\beta} = \pm \frac{m_\beta}{\rho''} \sqrt{\sum R_x^2} = 19.9mm$$

$$m_{yl} = \pm \frac{m_l}{l} \sqrt{\sum d_y^2} = 3.7mm$$

$$m = \pm \sqrt{m_{y\beta}^2 + m_{yl}^2} = 20.2mm$$